选二

1、偏振，原有两偏振片交叉放，现放第三片于中间 ，求此时光强

2、衍射，一开始红光的某条纹与紫光一条纹重合，现降低缝宽a，两条纹离中心远离or靠近？

填五、

默写 {动量算符 能量算符 薛一方程}、五种偏振光、增透膜、磁矩（别太偏了我说）

大题四、

1、 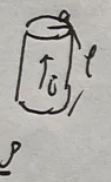

证明进入导体的电磁能量 = 产生焦耳热

2、 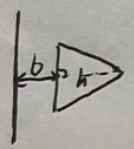

导体

求该系统的互感系数

3、多缝衍射相关，求色散能力、分辨率能力

4（附加题）（20分，虎哥壁画泥）

中间为导体棒，外壳导电。

(1) 求自感系数

(2) 求右圆盘受力

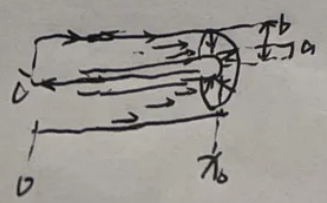

总结：期中考前题没多少，填空出得挺偏，大题互感多。

几何光学没考 中规中矩